سكلز

النـــموذج Z

في اختبار القدرات محوسب



النموذج خاص بمشتركي
دورة سكلز ولانحلل نشره
أو طبعه لأي جهة كانت.

من أكثر النماذج تكرارا

في بنوك الأسئلة الجديدة

(يشمل القسم اللفظي والكمي)

@Skills_sa0 @Skills.ksa 0554384186

النمـــوذج Z

القسم اللفظي

أولا : التناظر اللفظي :

في بداية كل سؤال مما يأتي كلمتان ترتبطان بعلاقة معينة ، تتبعهما أربعة أزواج من الكلمات ، واحد منهما ترتبط فيه الكلمتان بعلاقة مشابهة للعلاقة بين الكلمتين في بداية السؤال ، المطلوب هو : اختيار الإجابة الصحيحة ..

١ ولد : دلو

أ- بحر : رحب
ب- غنى : طغيان
ج- كسوف : خسوف
د- ليمون : حمضيات

٢ قفر : خصب

أ- رحب : فسيح
ب- شمس: ضياء
ج- لهيب :نار
د- قنوط : رجاء

٣ شوقي: أمير الشعراء

أ- شاعر الرسول :حسان بن ثابت
ب امرؤ القيس :جاهلية
ج الشابي: الرومانسية
د حافظ إبراهيم: شاعر النيل

٤ حفظ : تلقين

أ- بحث : اكتشاف
ب- نضج : خبرة
ج- أهداف : تحقيق
د- تأخر : انتظار

٥ أم: تربية

أ- مكيف: تبريد
ب- معلم : درس
ج- لعب: ملعب
د-نوم : عمل

٦ بخس : ناقص

أ- بدعة: انحراف
ب- قليل : زهيد
ج-حديقة: زهرة
د-سور: بيت

1	2	3	4	5	6
أ	د	د	ب	أ	ب

٧ حائك : خياطة

أ- قاضي : محكمة
ب- صائغ : ذهب
ج- تربية : معلم
د- فنان : رسم

٨ خوف : اطمئنان

أ- أباد : أزال
ب- واسع : فسيح
ج-حلم : رجاء
د-نعمة : نقمة

٩ ليل: نهار

أ- ذوق : لسان
ب- ثقيل: نحيل
ج إسرار: إعلان
د- عمودي : طولي

١٠ خسارة : إفلاس

أ- نبذ : كراهية
ب- قراءة : معرفة
ج- شتاء : ربيع
د- شفع وتر

١١ مصل : مناعة

أ- بيض : دجاج
ب- مكابح : وقوف
ج- عنبر : حوت
د- عسل : نحلة

١٢ تفوق: فشل

أ- نظرة: ابتسامة
ب- محبة : كره
ج-لين: رقة
د-فظنة : ذكاء

١٣ قواعد: بيت

أ- عجلات : سيارة
ب- جذر: شجرة
ج-حدوة : حصان
د-نوم: يقظة

١٤ فرن : طبخ

أ- فأس : احتطاب
ب-تعاسة : محبة
ج-سرور : جزالة
د-نبأ : خبر

7	8	9	10	11	12	13	14
د	د	ج	ب	ب	ب	ب	أ

ثانيًا :اكمال الجمل :

تلي كل جملة من الجمل الآتية أربعة اختيارات ، أحدها يُكمل الفراغ أو الفراغات في الجملة إكمالًا صحيحًا ، المطلوب هو اختيار الإجابة الصحيحة

١٥ قد لا يدرك.... انهم كانوا على وشك ادراك النجاح لكنهم..... قبل الوصول

أ- الفاشلون – استسلموا
ب-الناجحون-استسلموا
ج-الفاشلون-نجحوا
د-الفاشلون-تعلموا

١٦ أخطاءك تعلمك.... وآلامك تعلمك كيف تكون.....

أ-الحكمة –ضعيفا
ب-الحب-المحبة
ج- الحكمة – قوياً
د-الحكمة-التعاون

١٧ العتاب خلق.....ومن كثر حقده..... عتابه

أ-نبل :زاد
ب- نبيل- قل
ج -قل زاد
د-ذميم-مدح

١٨ لا يغريك..... في البداية في المواقف ستعرف -..... صدق العلاقة

أ- الإهتمام - مدى
ب-الإهمال-مدى
ج-الرفض-القبول
د-الرفض-الرفض

١٩ الموت جوعاً أشرف من أن تكون عبد ...

أ- مطيعاً
ب- قوياً
ج- سيئا
د- متخماً

٢٠ قصائد الشعر وسيلة..... يعبر بها عما .....

أ- الشاعر – بداخله
ب- رقيقه – بداخله
ج- نافعة - كرب
د - المعلم - يدرسه

15	16	17	18	19	20
أ	ج	ب	أ	د	ب

٢١ إن طول..... في أية مهنة يقتل روح المبادرة والإبداع ويرسخ.....

أ- العمل – الموهبة
ب- الموضوع - التكرار
ج- الممارسة: النمطية
د- المسافة : التبعية

٢٢ ما لا يرتاح له قلبك لا تثق به أبداً فالقلب.... من العين

أ- أقوى
ب- أبصر
ج- أكبر
د- امتن

٢٣ خير العلم ما..... وخير الوعظ ما....

أ- كثر : دل
ب- نفع – ردع
ج- جمع –ترك
د-ترك : جمع

٢٤ أفضل من..... عنك في غيابك هو....

أ- يدافع : أخلاقك
ب-يدافع :أخلاقه
ج-يترك :أعماله
د-يعمل :أعماله

٢٥ حلاوة..... تنير دروب الحكمة وتلين قلوب- ....

أ- المنطق – الأعداء
ب- الأخلاق – نقاش
ج- الكلام – الصمت
د-الأخلاق : الجهل

٢٦ الصدق هو قول الحقيقة في موطن لا ينجيك منه إلا.....

أ- الصدق
ب- الكذب
ج-الرحمة
د-الكره

٢٧ هناك كلمة.... نعمة وهناك كلمة..... نعماً

أ - تجلب – تسلب
ب - فازت – فاتت
ج-تجلب : تجلب
د-فازت : خسرت

21	22	23	24	25	26	27
ج	ب	ب	أ	أ	ب	أ

٢٨ كل شيء يمكن أن يعود كما كان إلا..... لا يمكن..... أبداً

أ- القوة – أعانته
ب- الثقة – عودتها
ج- المحبة : الكره
د-اللين: الرقة

٢٩ .....الأمور ما احاط به.....

أ- افضل - الحرص
ب- أنجح – الكتمان
ج-أسوأ : الإهمال
د-العمل : الرفق

٣٠ الانسان عندما يصبح مغرور يجعل الغرور..... إلى نفسه ، ولهذا..... بغض الناس وكراهيتهم له

أ- يجلب – يزيد
ب- يتسرب – يجلب
ج- يوجه – يزيد
د- يتأصل - يدفع

28	29	30
ب	ب	ب

ثالثًا :الخطأ السياقي :

كل جملة ممايأتي أربع كلمات تحتها خط منه - المطلوب هو: تحديد الكلمة التي لا يتفق معناها مع المعنى العام للجملة (الخطأ ليس إملائيًا ولا نحويًّا)

٣١ التسامح والصداقة وجهان لعملة واحدة فسامح عدوا واحدا تكسب أعداء كثيرين.

أ- التسامح
ب – وجهان
ج- أعداء
د - كثيرين

٣٢ من أيقظ نفسه وألبسها لباس التحفظ أيس صديقه من كيده له، وقطع عنه أطماع الماكرين به

أ- نفسه
ب- أيس
ج- صديقه
د- أطماع

٣٣ لذة العابدين في المناجاة ولذة العلماء في التفكير ولذة الأسخياء في الإمساك ولذة المصلحين في الهداية

أ- المناجاة
ب- التفكير
ج- الإمساك
د- الهداية

٣٤ إن أردت بلوغ المجد قلل جهدك

أ- قلل
ب-المجد
ج-جهدك
د-أردت

٣٥ قبل أن تؤدب الصغار أدب غيرك قبلهم

أ- الصغار
ب- غيرك
ج-تؤدب
د-قبلهم

31	32	33	34	35
ج	ج	ج	أ	ب

٣٦ ترتيب الأعمال وتأخيرها يوفر بيئة منظمة

أ- تأخيرها
ب-ترتيب
ج-يوفر
د-منظمة

٣٧ يجب عليك أن تقبل التنازل عن مبادئك فقد خلقت لتكون حراً

أ- تقبل
ب-التنازل
ج-مبادئك
د-حرا

٣٨ خير الأصدقاء من يتركك عند الشدة

أ- يتركك
ب-خير
ج-الشدة
د-عند

٣٩ أصعب ما يحدث وقت الخلاف هي الصراحة التي أظهرتها المجاملات

أ- اصعب
ب- الخلاف
ج- أظهرتها
د-المجاملات

٤٠ إذا أردت أن تطاع فأعلم بالمستطاع

أ- أردت
ب- تطاع
ج- اعلم
د- المستطاع

36	37	38	39	40
أ	أ	أ	ج	ج

رابعًا :استيعاب المقروء :

السؤال التالي يتعلق بالنص المرفق ، بعد السؤال أربع خيارات واحد منها صحيح - المطلوب هو قراءة النص ثم اختيار الإجابة الصحيحة :

(قطعة قصيرة)

انظر إلى الحياة لترى الأب الذي يشقى ليسعد أولاده، والأم التي تنهك قوتها ليستريحوا ، والمعلم الذي يعلمهم، والشرطي الذي يحميهم، والعمال والفلاحين الذين ينتجون لهم الغذاء والأطباء الذين يعالجون المرضى جميعهم منارات مضيئة ينيرون لنا الحياة الطيبة، وكم بين الناس من هؤلاء المنسيين.

٤١ عبارة « وكم بين الناس من هؤلاء المنسيين» تعنى

أ- التكثير
ب- الاستفهام
ج- التقليل
د- التأكيد

الأنسولين

إن الانسولين عبارة عن هرمون يفرزه البنكرياس عند ارتفاع مستوى السكر في الدم. يتم تفعيل الانسولين عند ارتفاع مستوى السكر لتكسيره وتحويله الى طاقة. يحدث هذا عند تناول الطعام، وبالتالي يتم افراز الانسولين الذي يساعد الخلايا الضعيفة

٤٢ ما علاقة الجملة الأولى بما بعدها // أول جملة عبارة عن :

أ- تعريف
ب- تفسير
ج-تفصيل
د-سبب

٤٣ (يحدث هذا) تعود على

أ- افراز هرمون الانسولين
ب- ارتفاع مستوى السكر
ج- انتاج هرمون الانسولين
د- الهرمون

41	42	43
أ	أ	ب

٤٤ يفهم من النص

أ- الانسولين يساعد على تكسير السكر
ب-الأنسولين لا يساعد على تكسير السكر
ج- الانسولين يدمر الخلايا
د- الانسولين يساعد على موت الخلايا

٤٥ تناول الطعام سبب ل / ماذا يحدث بعد الأكل / عندما يرتفع السكر في الدم يقوم الكبد بـ

أ- زيادة السكر
ب- افراز الانسولين
ج- انتاج الانسولين
د- تفتيت الطعام

٤٦ يفهم من النص

أ- إفراز الهرمون سبب لارتفاع مستوى السكر
ب- زيادة السكر في الجسم سبب إفراز الهرمون
ج- الانسولين ينتجه الطعام
د- السكر يفتت الجزيئات

٤٧ ما وظيفة الأنسولين ؟

أ- تحويل السكر إلى طاقة
ب- تحويل الطاقة إلى سكر
ج - يقوم بمساعده الخلايا الضعيفة
د- غير ذلك

النخلة

«النخلة شجرة مثمرة معمرة، ثابتة شامخة ، وهي رمز للعطاء والخير، وقد شبهها النبي صلى الله عليه وسلم في صفاتها وخصالها بالمسلم حيث قال : إِنَّ مِنْ الشَّجَر شَجَرَة لَا يَسْقُط وَرَقهَا , وَإِنَّهَا مِثْل الْمُسْلِم"

٤٨ أي الكلمات التالية ترادف :

أ- المثمرة : المعمرة
ب- خصالها : صفاتها
ج- الثبات : الشموخ
د- العطاء : الخير

44	45	46	47	48
أ	ب	ب	ج	ب

أمطرت السماء

«إذا أمطرت السماء بلحا فافتح فمك»

٤٩ تدل كلمة « بلحا » على حادثة :

أ- جزئية
ب- حقيقية
ج- ثانوية
د- رمزية

٥٠ علاقة « إذا أمطرت السماءُ بلحا» بما بعدها:

أ- سببية
ب- جزئية
ج- حقيقة
د- ثانوية

٥١ كل الآتي يمكن وضعه مكان (إذا) ماعدا :

أ- متى
ب- لو
ج- قد
د- إنْ

٥٢ النَّص يدل على :

أ- التفاؤل بالمستقبل
ب- توقع المستحيل
ج- اغتنام الفرص
د- التفكير جيدا

٥٣ بلحا « حادثة .....

أ- سببية
ب- جزئية
ج- حقيقة
د- ثانوية

قيمة العمل

يعد كسب العيش من الأمور المهمة في الحياة، فليس مَن يأكل من قوت يده كمن يأكل بلا تعب، فالعمل من سبل كسب العيش الطيِّب ، ومن أسس العمل تنظيم الوقت والسير وفق خطة مدروسة تستطيع من خلالها تحقيق أهدافك.

٥٤ العنوان المناسب للنَّص:

أ- المسؤولية العامة
ب- المسؤولية الفردية
ج- قيمة العمل
د- الإنفاق

49	50	51	52	53	54
د	أ	ج	ج	أ	ج

٥٥ كل مما يلي ورد بالنَّص ما عدا :

أ- أكل المرء من تعبه.
ب- قيمة العمل المنظم.
ج- التخطيط للأعمال
د- الكسب من عمل الأبناء

٥٦ الخطة الناجحة تحتاج إلى :

أ- عمل جماعي.
ب- استمرارية على النهج السليم
ج- عمل بلا أجر.
د- عمل عام.

أهمية القيادة

أن تكون فردا في جماعة الأسود خير لك من أن تكون قائدا للأرانب

٥٧ النَّص السابق يحث علي العمل :

أ- الجماعي
ب- الفردي
ج- الثنائي
د- الأخوي

٥٨ يعتمد النَّص علي أسلوب :

أ- المفاضلة
ب- المفاهمة
ج- المقارنة
د- المعاودة

٥٩ هذا النَّص ينتمي لعلم التنمية :

أ- الاقتصادية
ب- البيئة
ج- السياسية
د- البشرية

٦٠ على ماذا تدل العبارة:

أ- التفرقة
ب- أنواع الحيوانات
ج- أهمية القيادة
د- الطمع

55	56	57	58	59	60
د	ب	أ	أ	د	ج

خامسًا :مهارة الاختلاف :

في الأسئلة التالية أربع كلمات ، ثلاث منها تربط بينهما علاقة معينة ، أما الرابعة فلا ترتبط مع الكلمات الثلاث بنفس العلاقة ، المطلوب اختيار المفردة المختلفة -

٦١ اختر المفردة المخالفة :

أ- القيادة
ب- العزيمة
ج - الرغبة
د- الإرادة

٦٢ اختر المفردة المخالفة :

أ- تمر
ب- عسل
ج - جبن
د- بيض

٦٣ اختر المفردة المخالفة :

أ- حزن
ب- خوف
ج- محبة
د- كسل

٦٤ اختر المفردة المخالفة :

أ- شاي
ب- نعناع
ج - عصير
د - زنجبيل

٦٥ اختر المفردة المخالفة :

أ- مهرجان
ب- جمهور
ج- مسرح
د- عرض

61	62	63	64	65
أ	أ	د	ج	أ

النمـــوذج Z

القسم الكمي

٦٦ ما أكبر عدد مكون من الأرقام (١ ، ٢ ، ٣ ، ٥) بحيث يكون أكبر من ١٠٠٠ بدون تكرار الرقم؟

أ- ٥٣١٢ ب- ٥٢٣١

ج- ٥٣٢١ د- ٣٥٢١

٦٧ ثلاث أعداد متتالية أحدهم ١١ ، وحاصل ضربهم ٩٩٠ ، فما مجموع هذه الاعداد ؟

أ- ٣٠ ب- ٢٩

ج- ١٧ د- ٣٣

٦٨ أب لديه ٣ أبناء : الابن الأول يزوره كل ٣أيام ، والابن الأوسط يزوره كل يومين ، والابن الأصغر يزوره كل ٥ أيام ، فبعد ٦٠ يوم كم مرة سيلتقون ؟

أ- ٢ ب- ٣

ج- ٤ د- ٥

٦٩ ١٠٠٠١ × ٣٠٠٠٣ = ...

أ- ٣٠٠٦٣٠٠٠٠ ب- ٣٠٠٠٦٠٠٠٣

ج- ٣٠٠٠٦٠٠٣٠ د- ٣٦٠٠٠٠٣٠

٧٠ كم عدد الأسلحة الغير تالفة؟

العدد الكلي للأسلحة	١٥٠
الأسلحة التالفة جزئياً	٣٥
الأسلحة التالفة كلياً	٤٥

أ- ٥٠ ب- ٦٠

ج- ٧٠ د- ٨٠

٧١ قارن بين:

القيمة الأولى	القيمة الثانية
٥٢ × ٢٠	٥٣ × ١٩

أ- القيمة الأولى أكبر ب- القيمة الثانية أكبر

ج- القيمتان متساويتان د- المعطيات غير كافية

66	67	68	69	70	71
ج	أ	أ	ب	ج	أ

٧٢ شخص يدفع ريالين لكل ساعة أو جزء منها في موقف سيارات ، إذا وقف من ٨:٠٥ وتحرك ١١:٤٥ ، فكم سيدفع ؟

أ- ٥ ريال
ب- ٦ ريال
ج- ٧ ريال
د- ٨ ريال

٧٣ قارن بين :

القيمة الأولى	القيمة الثانية
$\left(\frac{١١}{١١١}\right)$	(٠,١)

أ- القيمة الأولى أكبر
ب- القيمة الثانية أكبر
ج- القيمتان متساويتان
د- المعطيات غير كافية

٧٤ قارن بين :

القيمة الأولى	القيمة الثانية
$\frac{١}{٣} \times ٢٧$	$\frac{١}{٣^{٢}} \times ٩$

أ- القيمة الأولى أكبر
ب- القيمة الثانية أكبر
ج- القيمتان متساويتان
د- المعطيات غير كافية

72	73	74
د	ب	أ

٧٥ قارن بين :

القيمة الأولى	القيمة الثانية
$\frac{١}{\frac{٥}{٣}}$	$\frac{٣}{٥} \div \left(\frac{٥}{٣}\right)^{٢}$

أ- القيمة الأولى أكبر
ب- القيمة الثانية أكبر
ج- القيمتان متساويتان
د- المعطيات غير كافية

٧٦ $\frac{٣,٠٩ \times ٠,٣٣٣}{١,٠١ \times ٤,٩٤} =$

أ- $\frac{١}{٤}$
ب- $\frac{٣}{٤}$
ج- $\frac{١}{٥}$
د- $\frac{٣}{٥}$

٧٧ إذا كانت س= $\frac{\frac{٦}{٥}}{\frac{٥}{٦}} \times \frac{\frac{٥}{٦}}{\frac{٦}{٥}}$ ، فقارن بين :

القيمة الأولى	القيمة الثانية
س	1

أ- القيمة الأولى أكبر
ب- القيمة الثانية أكبر
ج- القيمتان متساويتان
د- المعطيات غير كافية

٧٨ أجريت دراسة في احد الأندية الرياضية على ٥٠ شخص، وجد ٣٠ منهم يمارسون رياضة المشي، ١٤ يمارسون رياضة السباحة، ٦ لا يمارسون أي من الرياضتين، اوجد عدد الذين يمارسون الرياضتين معا.

أ- صفر
ب- ٢
ج- ٤
د- ٦

75	76	77	78
أ	ج	ج	أ

٧٩ إذا كان : $٢ + \frac{ع}{٢} = ١٤$ ، فأوجد قيمة ع

أ- ٢٨ ب- ١٦

ج- ٢٤ د- ١٢

٨٠ عمر سلمى بعد ٩ سنوات سيصبح مثلي عمرها بعد ٣ سنوات ، فما عمرها الآن ؟

أ- ٣ ب- ١٢

ج- ٥ د- ٩

٨١ $\frac{س(س^{٢} - ص^{٢})}{س + ص}$

أ- س - ص ب- س – س ص

ج- $س^{٢}$ – س ص د- $س^{٢}$ + س ص

٨٢ $٩٩٩^{٢} - ١ =$

أ- ٩٩٩٠٠٠ ب- ٩٩٨٠٠٠

ج- ٢٩٩٨ د- ١٠٠٠٠

٨٣ $\left(٢\sqrt{١٣} + \frac{١}{٤}\right) - \left(٢\sqrt{١٣} + \frac{١}{٥}\right)$

أ- $\frac{١}{٢٠}$ ب- ١

ج- -١ د- $\frac{-١}{٢٠}$

٨٤ أوجد مجموع : ٠,١ + ٠,٢ + ٠,٣ + ... + ٠,٩

أ- ٤ ب- ٤,٥

ج- ٠,٤٥ د- ٠,٠٤٥

٨٥ ما قيمة المقدار : $\sqrt{\frac{١}{٤} \times \sqrt{\frac{١٦}{٨١}}}$ ؟

أ- ٣ ب- ٩

ج- $\frac{١}{٣}$ د- $\frac{١}{٩}$

79	80	81	82	83	84	85
ج	أ	ج	ب	أ	ب	ج

٨٦ إذا كان $٢^{ن} \times ٢^{ن} \times ٢^{ن} \times ٢^{ن} = ٢^{٨}$ ، فما قيمة ن

أ- ٤ ب- ٣

ج- ٢ د- ٦

٨٧ أوجد قيمة : $١^{١٠٠} \times ١٠٠^{١}$

أ- ١٠٠ ب- ١٠١

ج- ١٠٢ د- ١٠٠١

٨٨ قارن بين:

القيمة الأولى	القيمة الثانية
$\sqrt[٣]{٩}$	$(٣^{٥}) + (٣^{٥}) + (٣^{٥})$

أ- القيمة الأولى أكبر ب- القيمة الثانية أكبر

ج- القيمتان متساويتان د- المعطيات غير كافية

٨٩ إذا كانت $\frac{٥^{٢٠}}{٥^{ص}} = ٥^{س}$ ، فأوجد متوسط س ، ص

أ- ١٠ ب- ٥

ج- ٢٥ د- ٤

٩٠ إذا كان س = ٣ فأي المعادلات الآتية صحيحة ؟

أ- س + ٣ = ٧ ب- س +٥ = ٨

ج- ٢س + ٤ = ٩ د- ٣س – ١ = ٧

86	87	88	89	90
ج	أ	ب	أ	ب

٩١ أوجد النسبة بين الذين يفضلون فصل الربيع إلى الذين يفضلون فصل الشتاء

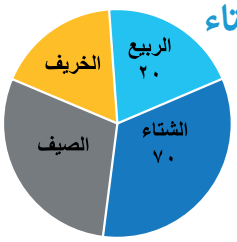

أ- $\frac{٧}{٢}$ ب- $\frac{٢}{٧}$

ج- $\frac{٧}{٩}$ د- $\frac{٢}{٩}$

٩٢ مصنع يستغرق ٤٠ يوم لإنتاج أحد منتجاته إذا كان عدد ساعات العمل ٨ ساعات يوميا ، ففي كم يوم ينتج نفس المنتج إذا كانت عدد ساعات العمل يوميا ١٠ ساعات ؟

أ- ٣٠ ب- ٣٢

ج- ٥٠ د- ٦٠

٩٣ في الشكل المجاور : أوجد قياس زاوية س

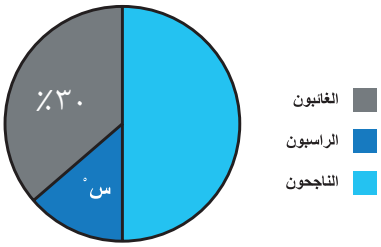

أ- ٣٦ ب- ٥٤

ج- ٦٠ د- ٧٢

٩٤ فندق به ٢٠٠ غرفة ، زاد عدد الغرف بنسبة ٢٥ ٪ ، كم أصبح إجمالي عدد الغرف في الفندق ؟

أ- ٢٢٥ ب- ٢٥٠

ج- ٢٧٥ د- ٣٠٠

٩٥ إذا كان ٧٠٪ من س = ٢١٠ ، ما قيمة س ؟

أ- ٢٠٠ ب- ٣٠٠

ج- ٤٩٠ د- ٧٠٠

٩٦ إذا أجاب طالب على ٣٠ سؤال في الاختبار وهي تمثل ٦٠٪ ، كم عدد أسئلة الاختبار ؟

أ- ٣٠ ب- ٤٥

ج- ٥٠ د- ٦٠

91	92	93	94	95	96
ب	ب	د	ب	ب	ج

٩٧ أوجد الحد الرابع في النمط : ٢٤ ، ٢٨ ، ٣٤ ،..... ، ٥٢

أ- ٤٢ ب- ٣٦

ج- ٤٦ د- ٤٨

٩٨ دكتور أعطى شخص دواء يوم الخميس وأخبره أن يأخذ كل يوم ٣ حبات والدواء ٣٦ حبة في أي يوم ينتهي الدواء ؟

أ- السبت ب- الأحد

ج-الاثنين د- الثلاثاء

٩٩ شخص لديه قطعة خشب مستطيلة طولها ٢٤ سم ، ويريد تقسيمها إلى ٢٤ قطعة حيث كل قطعة ١ سم ، فكم مرة سوف يقطعها ؟

أ- ١٧ ب- ٢٨

ج- ٢٧ د- ٢٣

١٠٠ ٨ أشخاص يجلسون على ٣ طاولات فكم شخص يجلس على ١٣ طاولة ؟

أ- ٢٦ ب- ٢٨

ج- ٢١ د- ٣٠

١٠١ سيارتان تسيران في عكس الاتجاه ، إذا كانت سرعة السيارة الأولى س كم / س ، وسرعة الثانية ص كم / س ، أوجد المسافة بين السيارتين بعد ساعة من انطلاقهما بالمعادلات الرياضية

أ- س + ص ب- س - ص

ج- س × ص د- س ÷ ص

١٠٢ إذا كان متوسط الأعداد التالية ٣ ، ٨ ، ١٢ ، س يساوي ٢٠ ، فما قيمة س ؟

أ- ٥٥ ب- ٥٧

ج- ٨٠ د- ٦٧

97	98	99	100	101	102
أ	ج	د	ب	أ	ب

١٠٣ ما هو المنوال لقيم فواتير الانترنت ؟

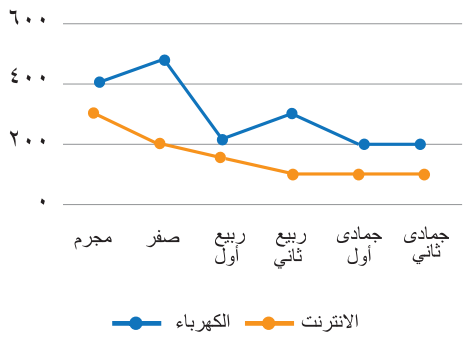

أ- ٣٠٠ ب- ٢٥٠

ج- ١٥٠ د- ١٠٠

١٠٤ لدى نهى ٦ روابط مختلفة تريد نشرها في موقع الكتروني علي صف واحد فبكم طريقة يمكن ترتيبها بشكل مختلف ؟

أ- ٢٤ ب- ١٢٠

ج- ٣٦٠ د- ٧٢٠

١٠٥ في الشكل المجاور : أوجد قيمة س

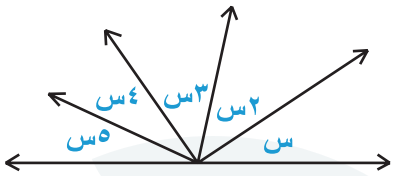

أ- ٦ ب- ٩

ج- ١١ د- ١٢

١٠٦ أوجد قيمة س

أ- ٨٠ ب- ١٠٠

ج- ١٢٠ د- ١٤٠

١٠٧ في الشكل المجاور : قارن بين :

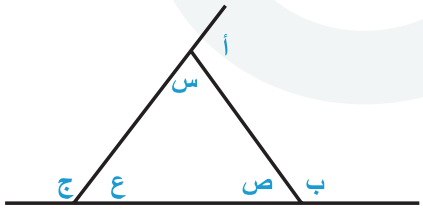

القيمة الأولى	القيمة الثانية
٢ (س + ص + ع)	أ + ب + ج

أ- القيمة الأولى أكبر ب- القيمة الثانية أكبر

ج- القيمتان متساويتان د- المعطيات غير كافية

103	104	105	106	107
د	د	د	ب	ج

١٠٨ سلك تم صنع مربع منه طول ضلعه ٩ سم ، فإذا تمت إعادة تشكليه ليصبح مثلث متطابق الأضلاع ، فما هو طول ضلع المثلث ؟

أ- ١٢ ب- ١٧

ج- ١٨ د- ٢٢

١٠٩ إذا كان ج د يوازي هـ ب ، أوجد طول ب د

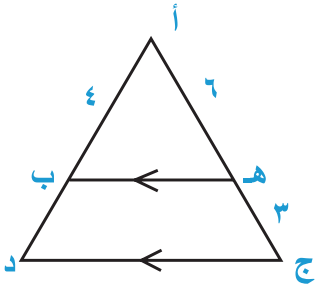

أ- ٤ ب- ٥

ج- ٣ د- ٢

١١٠ مربع محيطه يساوي محيط مستطيل طوله ٧ وعرضه ٣ ، فقارن بين :

القيمة الأولى	القيمة الثانية
مساحة المربع	٢١

أ- القيمة الأولى أكبر ب- القيمة الثانية أكبر

ج- القيمتان متساويتان د- المعطيات غير كافية

١١١ إذا كان أ + ب = ١٧م ، أوجد مساحة المثلث بالمتر المربع

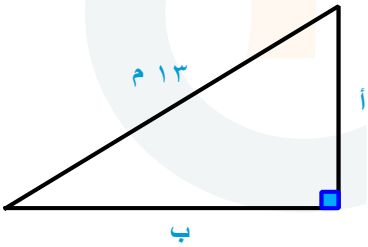

أ- ٥ ب- ١٢

ج- ٣٠ د- ٦٠

١١٢ أوجد محيط الشكل

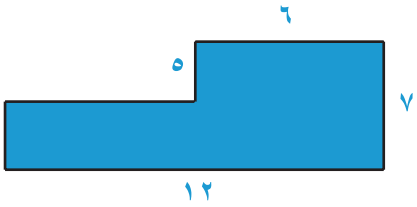

أ- ٣٢ ب- ٣٦

ج- ٣٨ د- ٤٢

108	109	110	111	112
أ	د	أ	ج	ج

١١٣ ما قياس زاوية الجزء المظلل ؟

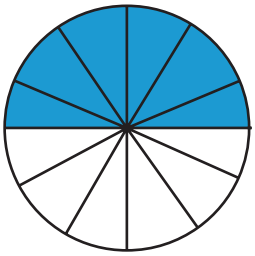

أ- ٢٧٠ ب- ١٨٠

ج- ١٨٧ د- ١٥٠

١١٤ أوجد قيمة س

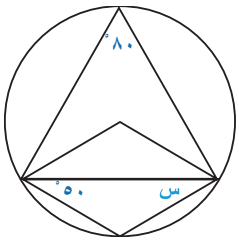

أ- ٢٥ ب- ٤٥

ج- ٣٠ د- ٤٠

١١٥ إذا كانت مساحة المستطيل = ٤٠ سم^{٢} ، أوجد مساحة المظلل

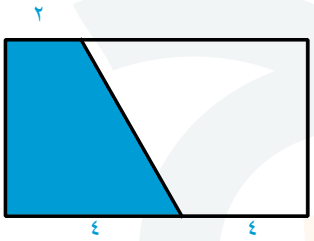

أ- ١٢ ب- ١٣

ج- ١٤ د- ١٥

١١٦ أوجد محيط الدائرة .

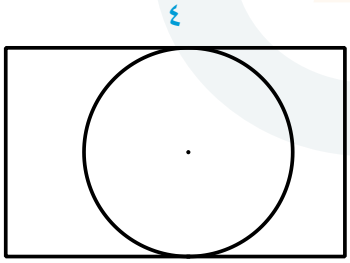

أ- ٣ط ب- ٦ط

ج- ٩ط د- ٨ط

١١٧ أوجد مساحة الجزء المظلل ، إذا كان نصف قطر الدائرة = ٤

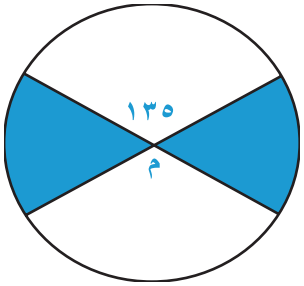

أ- ٤ط ب- ٦ط

ج- ١٠ط د- ١٢ط

113	114	115	116	117
ب	ج	د	أ	أ

١١٨ إذا ملئ الصندوق بالرمل ، فما حجم الرمل ؟

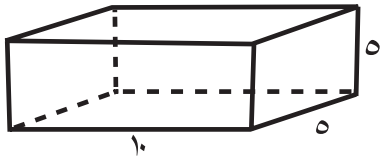

أ- ٢٥٠ ب- ١٥٠

ج- ٢٠٠ د- ٣٠٠

١١٩ احسب مساحة الأوجه لمتوازي مستطيلات قياساته ٢،٢،٥

أ- ٢٠ ب- ٤٨

ج- ٢٤ د- ٥٠

١٢٠ في الشكل المجاور : ما اجمالي الاستهلاك يوم الثلاثاء ؟

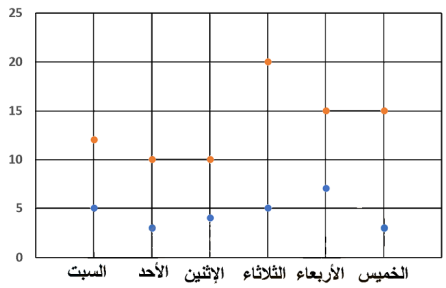

أ- ١٠ ب- ٢٥

ج- ١٥ د- ٣٠

118	119	120
أ	ب	ب

للتواصل والاشتراك في دورات

سكلز للقدرات والتحصيلي وSTEP

@Skills_sa0 @Skills.ksa

تم بحمد الله